BÀI 20: SINH TRƯỞNG VÀ PHÁT TRIỂN Ở THỰC VẬT

PHẦN I: CÂU HỎI TRẮC NGHIỆM NHIỀU PHƯƠNG ÁN LỰA CHỌN

BIẾT

Câu 1: Sinh trưởng ở thực vật là:

A. Sinh trưởng của thực vật là quá trình gia tăng về số lượng của cơ thể do tăng số lượng và kích thước tế bào.

B. Sinh trưởng của thực vật là quá trình gia tăng về kích thước của cơ thể do tăng số lượng, khối lượng và kích thước tế bào.

C. Sinh trưởng của thực vật là quá trình gia tăng về kích thước của cơ thể do giảm số lượng và kích thước tế bào.

D. Sinh trưởng của thực vật là quá trình gia tăng về kích thước của cơ thể do tăng kích thước tế bào.

Câu 2: Mô phân sinh là:

A. Nhóm tế bào phân hóa, không có khả năng phân chia tạo tế bào mới trong suốt đời sống thực vật.

B. Nhóm tế bào chưa phân hóa, có khả năng phân chia tạo tế bào mới trong suốt đời sống thực vật.

C. Nhóm tế bào chưa phân hóa, không có khả năng phân chia tạo tế bào mới trong suốt đời sống thực vật.

D. Nhóm tế bào chưa phân hóa, có khả năng kết hợp tạo tế bào mới trong suốt đời sống thực vật.

Câu 3: Mô phân sinh ở thực vật gồm:

A. Mô phân sinh đỉnh, mô phân sinh bên và mô phân sinh đốt.

B. Mô phân sinh đỉnh, mô phân sinh bên và mô phân sinh lóng.

C. Mô phân sinh chồi, mô phân sinh bên và mô phân sinh lóng.

D. Mô phân sinh đốt, mô phân sinh đỉnh và mô phân sinh chồi.

Câu 4: Loại mô phân sinh nào sau đây ***không có*** ở cây Một lá mầm?

A. Mô phân sinh bên. **B.** Mô phân sinh đỉnh cây.

C. Mô phân sinh lóng. **D.** Mô phân sinh đỉnh rễ.

Câu 5: Thực vật Hai lá mầm có các mô phân sinh nào?

A. Đỉnh và lóng. **B.** Đỉnh và bên. **C.** Đỉnh thân và rễ. **D.** Lóng và bên.

Câu 6: Sinh trưởng sơ cấp của thực vật là:

A. Sự sinh trưởng của thân và rễ theo chiều dài do hoạt động của mô phân sinh đỉnh.

B. Sự tăng trưởng chiều dài của cây do hoạt động phân hoá của mô phân sinh đỉnh thân và đỉnh rễ ở cây Một lá mầm và cây Hai lá mầm.

C. Sự tăng trưởng chiều dài của cây do hoạt động nguyên phân của mô phân sinh đỉnh thân và đỉnh rễ và chỉ có ở cây cây Hai lá mầm.

D. Sự tăng trưởng chiều dài của cây do hoạt động nguyên phân của mô phân sinh đỉnh thân và đỉnh rễ và chỉ có ở cây cây Một lá mầm.

Câu 7: Đặc điểm ***không có*** ở sinh trưởng sơ cấp là:

A. làm tăng kích thước chiều dài của cây. **B.** diễn ra do hoạt động của tầng sinh bần.

C. diễn ra cả ở cây Một lá mầm và cây Hai lá mầm. **D.** diễn ra do hoạt động của mô phân sinh đỉnh.

Câu 8: Phát biểu đúng về mô phân sinh bên và mô phân sinh lóng là:

A. mô phân sinh bên và mô phân sinh lóng có ở thân cây Một lá mầm.

B. mô phân sinh bên có ở thân cây Một lá mầm, còn mô phân sinh lóng có ở thân cây Hai lá mầm.

C. mô phân sinh bên có ở thân cây Hai lá mầm, còn mô phân sinh lóng có ở thân cây Một lá mầm.

D. mô phân sinh bên và mô phân sinh lóng có ở thân cây Hai lá mầm.

Câu 9: Kết quả của sinh trưởng thứ cấp là gì?

A. Tạo ra các lớp gỗ thứ cấp, từ đó hình thành nên các vòng sinh trưởng.

B. Làm cho thân, rễ cây dài ra do hoạt động của mô phân sinh đỉnh.

C. Tạo lóng do hoạt động của mô phân sinh lóng.

D. Tạo biểu bì, tầng sinh bần, mạch gỗ sơ cấp và mạch rây sơ cấp.

Câu 10: Sinh trưởng thứ cấp của cây thân gỗ nhờ hoạt động của:

A. mô phân sinh bên. **B.** mô phân sinh đỉnh.

C. mô phân sinh lóng. **D.** phần gỗ và vỏ.

Câu 11: Hormone ở thực vật là:

A. các chất hữu cơ do cơ thể thực vật tiết ra có tác dụng điều tiết hoạt động sống của cây.

B. các chất hữu cơ do cơ thể thực vật nhận từ ngoài vào có tác dụng điều tiết hoạt động sống của cây.

C. các chất hữu cơ do môi trường ngoài thực vật tiết ra có tác dụng điều tiết hoạt động sống của cây.

D. các chất vô cơ do thực vật tiết ra để điều tiết hoạt động sống.

Câu 12: Nhóm hormone kích thích ở thực vật gồm:

A. Auxin, GA và methylen. **B.** Auxin, GA và cytokinin.

C. Auxin, ABA và cytokinin. **D.** Auxin, ABA và methylen.

Câu 13: Loại hormone nào sau đây có tác dụng ức chế sự sinh trưởng tự nhiên của thực vật?

A. GA. **B.** Abscisic acid. **C.** Cytokinin. **D.** Auxin.

Câu 14: Hormone nào làm chậm sự lão hóa (hóa già) của cây?

A. Ethylene. **B.** Cytokinin. **C.** Gibberellin (GA). **D.** Abscisic acid.

Câu 15: Auxin được sử dụng nhiều trong sản xuất nông nghiệp. Tuy nhiên, nếu sử dụng auxin để phun lên rau, củ thì có thể sẽ gây độc cho cơ thể người khi sử dụng. Nguyên nhân là vì:

A. Auxin nhân tạo làm gia tăng vi sinh vật gây bệnh.

B. Thực vật không có enzyme phân giải auxin nhân tạo.

C. Auxin nhân tạo làm ảnh hưởng đến hoạt động hô hấp của cơ thể.

D. Auxin nhân tạo sẽ làm rối loạn chuyển hóa trong tế bào.

Câu 16: Hiện tượng xuân hóa là gì?

A. Hiện tượng ra hoa của cây phụ thuộc vào nhiệt độ thấp.

B. Hiện tượng ra hoa của cây phụ thuộc vào nhiệt độ cao.

C. Hiện tượng ra hoa của cây phụ thuộc vào tuổi của cây.

D. Hiện tượng ra hoa của cây phụ thuộc vào quang chu kì.

HIỂU

Câu 17: Có bao nhiêu phát biểu sau đây đúng về đặc điểm sinh trưởng và phát triển ở thực vật?

(I). Xảy ra tại một số vị trí, cơ quan trên cơ thể thực vật, nơi có các mô phân sinh.

(II). Chỉ diễn ra trong một giai đoạn nhất định của đời sống của thực vật.

(III). Đây là hình thức sinh trưởng có giới hạn.

(IV). Biểu hiện bằng sự gia tăng kích thước, sự xuất hiện và thay mới của các cơ quan như cành, lá, rễ, hoa, quả, ...

A. 1. **B.** 2. **C.** 3. **D.** 4.

Câu 18: Có bao nhiêu phát biểu sau đây đúng về các yếu tố ảnh hưởng đến sinh trưởng và phát triển ở thực vật?

(I). Chịu ảnh hưởng của yếu tố bên ngoài và bên trong cơ thể.

(II). Yếu tố bên trong ảnh hưởng đến sinh trưởng và phát triển ở thực vật như là gene và hormone thực vật.

(III). Nước ảnh hưởng đến sinh trưởng và phát triển ở thực do nước là nguồn nguyên liệu cung cấp cho quá trình quang hợp và các hoạt động trao đổi chất khác của cây.

(IV). Tất cả các loài thực vật đều có nhu cầu nước giống nhau.

A. 1. **B.** 2. **C.** 3. **D.** 4.

Câu 19: Có bao nhiêu phát biểu sau đây đúng về mô phân sinh ở thực vật?

(I). Tất cả thực vật đều có mô phân sinh đỉnh, mô phân sinh bên, mô phân sinh lóng.

(II). Mô phân sinh đỉnh nằm ở ngọn cây, đỉnh cành và chóp rễ của cây Một lá mầm và Hai lá mầm.

(III). Mô phân sinh lóng ở thực vật Hai lá mầm giúp cho thân dài và cao lên.

(IV). Mô phân sinh là nhóm các tế bào chưa phân hoá, có khả năng phân chia tạo tế bào mới trong suốt đời sống của thực vật.

A. 1. **B.** 2. **C.** 3. **D.** 4.

Câu 20: Có bao nhiêu phát biểu sau đây đúng về hormone ở thực vật?

(I). Hormone thực vật là các chất hữu cơ sản sinh ra ở đâu chỉ gây tác động sinh lý ở nơi đó.

(II). Hormone thực vật tham gia điều khiển các đáp ứng của thực vật với các kích thích đến từ môi trường.

(III). Có thể ức chế sự sinh trưởng, đẩy nhanh sự lão hoá (già hoá) ở cây qua các phản ứng ngủ của hạt, rụng lá, rụng quả, ...

(IV). Có thể thúc đẩy quá trình sinh trưởng, phát triển ở thực vật như: sinh trưởng của chồi ngọn, nảy mầm của hạt, chín của quả, ...

A. 1. **B.** 2. **C.** 3. **D.** 4.

Câu 21: Có bao nhiêu phát biểu sau đây đúng về tương quan của hormone ở thực vật?

(I). Trong hạt nảy mầm: GA cao còn AAB thấp.

(II). Trong hạt khô: GA thấp còn AAB cao.

(III). Tương quan giữa Auxin/Cytokinin điều tiết sự phát triển của mô sẹo: Auxin/Cytokinin thấp → kích thích tạo chồi bên.

(IV). Tương quan giữa Auxin/Cytokinin điều tiết sự phát triển của mô sẹo: uxin/Cytokinin cao → kích thích tạo rễ.

A. 1. **B.** 2. **C.** 3. **D.** 4.

Câu 22: Có bao nhiêu phát biểu sau đây đúng về nhân tố chi phối quá trình phát triển của thực vật có hoa?

(I). Nhiều loài cây để tạo hoa cần có tác động của nhiệt độ thấp gọi là xuân hóa.

(II). Nhiều loài thực vật đến tuổi nhưng để ra hoa cần có thời gian chiếu sáng trong ngày thích hợp. Hiện tượng đó gọi là tính quang chu kì tác động đến sự ra hoa.

(III). Cây đêm dài (ngày ngắn) ra hoa trong điều kiện chiếu sáng ít hơn đêm.

(IV). Cây trung tính là cây ra hoa không phụ thuộc vào độ dài thời gian chiếu sáng trong ngày.

A. 1. **B.** 2. **C.** 3. **D.** 4.

Câu 23: Khi nói về vai trò của hormone thực vật, phát biểu nào sau đây là ***sai***?

A. Gibberellin kích thích sinh trưởng chiều cao của cây.

B. Ethylene thúc quả chóng chín, rụng lá.

C. Auxin kích thích ra rễ phụ và tạo ưu thế đỉnh.

D. Abscisic acid kích thích sự phân chia tế bào.

Câu 24: Dựa trên hình và kiến thức về mô phân sinh ở thực vật. Có bao nhiêu phát biểu sau đây đúng?

1. Mô phân sinh bên: nằm ở phần vỏ và trụ của thân, rễ của cây Hai lá mầm.

2. Mô phân sinh đỉnh có ở đầu ngọn thân, ngọn cành, chồi nách, chóp rễ của cây Một lá mầm. Cây Hai lá mầm không có.

3. Mô phân sinh lóng nằm ở gốc của lóng.

4. Sự hoạt động của mô phân sinh bên giúp cây Hai lá mầm tăng trưởng theo đường kính của cây.

A. 1. **B.** 2.

C. 3. **D.** 4.

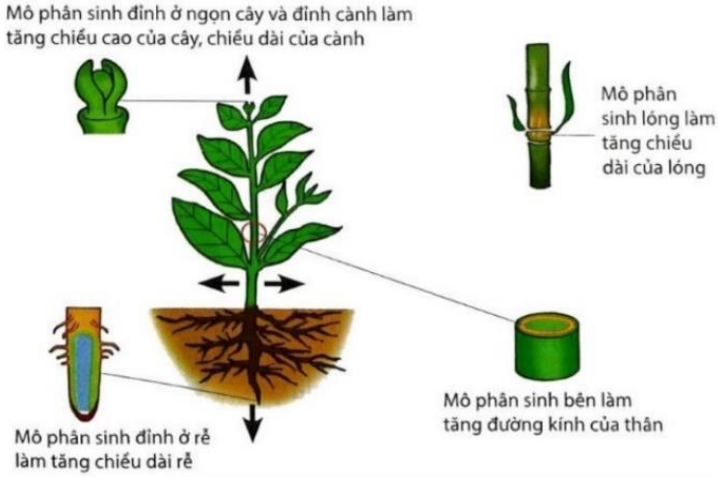

PHẦN II: CÂU HỎI TRẮC NGHIỆM ĐÚNG SAI

Câu 1: Sinh trưởng và phát triển của thực vật chịu ảnh hưởng của các yếu tố như đặc điểm di truyền, giai đoạn sinh trưởng và các yếu tố môi trường như nhiệt độ, nước, ánh sáng, dinh dưỡng khoáng. Mỗi nhận định sau đây là Đúng hay Sai về các yếu tố ảnh hưởng đến quá trình sinh trưởng và phát triển của thực vật?

a) Ánh sáng điều tiết quá trình ra hoa, ảnh hưởng đến tỉ lệ nảy mầm của hạt nhưng không tác động đến quá trình phát sinh hình thái của thực vật.

b) Nước ảnh hưởng đến tốc độ sinh trưởng của thực vật: chiều cao cây, diện tích lá và ảnh hưởng đến quá trình nảy mầm của hạt.

c) Nhiệt độ tác động đến quá trình nảy mầm của hạt theo tỷ lệ thuận.

d) Chất khoáng ảnh hưởng đến tốc độ sinh trưởng, phát triển của thực vật; màu sắc, hình thái,... của các cơ quan, bộ phận thực vật.

Câu 2: Sinh trưởng sơ cấp do hoạt động của mô phân sinh đỉnh, mô phân sinh lóng làm cho thân, rễ, lóng dài ra; gặp ở cả cây Một lá mầm và Hai lá mầm. Sinh trưởng thứ cấp do hoạt động của mô phân

sinh bên (tầng phát sinh vỏ và tầng phát sinh trụ) làm cho thân, rễ to ra theo đường kính; gặp ở cây Hai lá mầm. Mỗi nhận định sau đây là Đúng hay Sai về 2 quá trình này?

a) Thực vật có sinh trưởng thứ cấp thường có thời gian sống một năm.

b) Sự hoạt động của mô phân sinh bên giúp cây một lá mầm tăng trưởng theo đường kính của cây.

c) Cây một lá mầm và cây hai lá mầm thân thảo chỉ có sinh trưởng sơ cấp.

d) Sự hoạt động của mô phân sinh lóng giúp lóng cây dài ra và sẽ ngừng hoạt động khi lóng đạt đến kích thước tối đa.

Câu 3: Hormone thực vật là phân tử hữu cơ do thực vật tổng hợp, có vai trò điều chỉnh quá trình sinh lí, sinh trưởng, phát triển của cây, gồm có nhóm hormone kích thích (auxin, cytokinin, gibberellin,...) và ức chế (abscisic acid, ethylene,...). Mỗi nhận định sau đây là Đúng hay Sai về ứng dụng của hormone thực vật trong thực tiễn

a) Nếu được xử lí gibberellin ở nho không hạt đang ra quả thì quả sẽ lớn hơn, cuống và chum nho dài hơn.

b) Xử lý gibberellin tạo quả không hạt ở cam, dưa hấu.....

c) Sử dụng hormone (abscisic acid, ethylene) hay các chất ức chế sinh trưởng để duy trì trạng thái ngủ, ức chế sự nảy mầm của hạt, củ giống trong bảo quản.

d) Đặt xen lẫn các quả chín ít với các quả chín nhiều sẽ làm nhanh quá trình chín của quả.

PHẦN III: CÂU HỎI TRẮC NGHIỆM TRẢ LỜI NGẮN

Câu 1: Cho các tác dụng sau:

1. Kích thích sự kéo dài thân (ở nồng độ thấp).
2. Gây ra tính hướng động của cây.
3. Kích thích sự sinh trưởng của quả.
4. Làm chậm sự rụng lá, hoa, quả.
5. Phát triển hạt phấn.

Có bao nhiêu tác dụng là của auxin ở thực vật?

Đáp án: 4

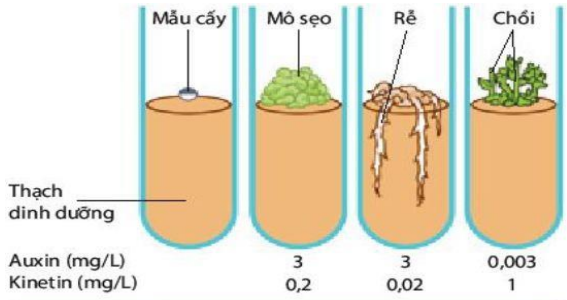

Ảnh hưởng của kinetin (cytokinin tổng hợp) và auxin đến sự hình thành chồi ở mô sẹo (callus) trong nuôi cấy mô, tế bào thực vật

Câu 2: Dựa trên hình (quang chu kì kiểm soát sự ra hoa ở thực vật) và các yếu tố ảnh hưởng đến sự ra hoa, hãy cho biết loài A và loài B là thực vật gì?

Đáp án: A: cây đêm ngắn; B: cây đêm dài.

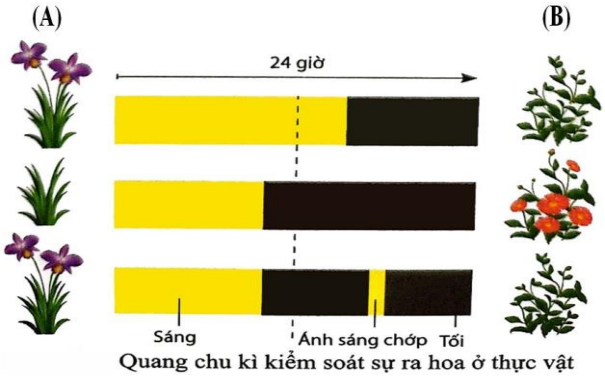

Quang chu kì kiểm soát sự ra hoa ở thực vật

Câu 3: Dựa trên hình và tác dụng của các loại hormone ở thực vật, hãy cho biết tỷ lệ auxin/cytokinin ảnh hưởng như thế nào đến mẫu mô thực vật trong nuôi cấy mô?

- Tỷ lệ auxin/cytokinin **cao** ➔ kích thích ra rễ;
- tỷ lệ auxin/cytokinin **thấp** ➔ kích thích ra chồi;

tỷ lệ auxin/cytokinin = 1-5 thì hình thành mô

BÀI 21: SINH TRƯỞNG VÀ PHÁT TRIỂN Ở ĐỘNG VẬT

PHẦN I: CÂU HỎI TRẮC NGHIỆM NHIỀU PHƯƠNG ÁN LỰA CHỌN

BIẾT

Câu 1: Quá trình sinh trưởng và phát triển ở động vật gồm:
A. hai giai đoạn nối tiếp nhau. **B.** ba giai đoạn nối tiếp nhau.
C. chỉ một giai đoạn. **D.** nhiều giai đoạn nối tiếp nhau.
Câu 2: Hợp tử phân chia nhiều lần thành phôi thông qua quá trình:
A. nhân đôi. **B.** nguyên phân. **C.** giảm phân. **D.** thụ tinh.
Câu 3: Sinh trưởng và phát triển của chim bồ câu bắt đầu từ:
A. khi trứng nở đến khi chim trưởng thành và sinh sản được.
B. khi trứng nở ra đến khi già và chết.
C. lúc trứng được thụ tinh và kéo dài đến lúc chim trưởng thành.
D. hợp tử diễn ra trong trứng và sau khi trứng nở, kết thúc khi già và chết.
Câu 4: Nhận xét nào dưới đây là ***không đúng***:
A. Sự phát triển của động vật bao gồm ba quá trình liên quan mật thiết với nhau là sinh trưởng, biệt hoá (phân hóa) tế bào và phát sinh hình thái.
B. Cơ thể động vật được hình thành do kết quả của quá trình biệt hoá của hợp tử.
C. Đặc điểm của quá trình sinh trưởng và phát triển của động vật thay đổi tuỳ theo điều kiện sống của chúng.
D. Sinh trưởng là sự gia tăng kích thước cũng như khối lượng cơ thể theo thời gian.
Câu 5: Nhận xét nào dưới đây ***không đúng***:
A. Sinh trưởng tạo tiền đề cho phát triển
B. Ba giai đoạn của sinh trưởng và phát triển là giai đoạn hợp tử, giai đoạn phôi và giai đoạn hậu phôi.
C. Tốc độ sinh trưởng và phát triển của các mô, cơ quan khác nhau là không giống nhau.
D. Tốc độ sinh trưởng và phát triển của cơ thể không đồng đều ở các giai đoạn khác nhau.
Câu 6: Quá trình sinh trưởng và phát triển ở động vật gồm những giai đoạn chính là:
A. giai đoạn trước phôi và giai đoạn hậu phôi. **B.** giai đoạn phôi và giai đoạn hậu phôi.
C. giai đoạn trước phôi và giai đoạn phôi. **D.** giai đoạn hậu phôi.
Câu 7: Sinh trưởng và phát triển của động vật không qua biến thái là kiểu phát triển mà con non có:
A. đặc điểm hình thái, cấu tạo tương ứng với con trưởng thành nhưng khác về sinh lý.
B. đặc điểm hình thái, cấu tạo và sinh lý khác với con trưởng thành.
C. đặc điểm hình thái, cấu tạo và sinh lý gần giống với con trưởng thành .
D. đặc điểm hình thái, cấu tạo và sinh lý giống với con trưởng thành.
Câu 8: Các hình thức phát triển ở động vật là:
A. phát triển qua biến thái không hoàn toàn và không qua biến thái.
B. phát triển qua biến thái không hoàn toàn và biến thái hoàn toàn.
C. phát triển qua biến thái và không qua biến thái.
D. phát triển qua biến thái hoàn toàn và biến thái không hoàn toàn.
Câu 9: Sự lột xác ở rắn là:
A. biến thái không hoàn toàn, vì lột xác là một phần của biến thái không hoàn toàn.
B. biến thái không hoàn toàn, vì rắn cần biến đổi thông qua lột xác để trưởng thành.

C. biến thái hoàn toàn, vì sau khi rắn lột xác sẽ thay đổi rất nhiều so với trước.
D. không qua biến thái, vì rắn chỉ thay đổi lớp da cũ thành lớp da mới.

Câu 10: Những động vật sinh trưởng và phát triển qua biến thái hoàn toàn là:
A. Cá chép và gà. **B.** Bọ ngựa và cua. **C.** Châu chấu và bọ rùa. **D.** ếch và muỗi.

Câu 11: Các giai đoạn của phôi là:
A. phân cắt, phôi nang, hợp tử, phôi vị. **B.** hợp tử, phân cắt, phôi nang, tạo cơ quan.
C. phân cắt, phôi nang, phôi vị, tạo cơ quan. **D.** hợp tử, phôi nang, phôi vị, tạo cơ quan.

Câu 12: Phát triển không qua biến thái có đặc điểm:
A. không phải qua lột xác. **B.** ấu trùng giống con trưởng thành.
C. con non khác con trưởng thành. **D.** phải qua một lần lột xác.

Câu 13: Giai đoạn nhộng trong vòng đời của bươm bướm là:
A. giai đoạn tích luỹ dinh dưỡng. **B.** giai đoạn có sự chuyển hoá bên trong diễn ra mạnh mẽ.
C. giai đoạn thích nghi với chức năng sinh sản. **D.** giai đoạn trung gian tạo ra thế hệ sâu mới.

Câu 14: Hình thức sinh sản và phát triển của châu chấu là:
A. đẻ con và biến thái hoàn toàn. **B.** đẻ con và biến thái không hoàn toàn.
C. đẻ trứng và biến thái hoàn toàn. **D.** đẻ trứng và biến thái không hoàn toàn.

Câu 15: Nhân tố quan trọng nhất điều khiển sinh trưởng và phát triển của động vật là:
A. Nhân tố di truyền. **B.** Hormone. **C.** Thức ăn. **D.** Nhiệt độ và ánh sáng.

HIỂU

Câu 16: Hormone sinh dục ở nữ là:
A. Oxytocin. **B.** Testosterone. **C.** Estrogen. **D.** Insulin.

Câu 17: Hormone sinh dục ở nam là:
A. Oxytocin. **B.** Testosterone. **C.** Estrogen. **D.** Insulin.

Câu 18: Những động vật nào dưới đây có sinh trưởng và phát triển không qua biến thái?
A. Bọ rùa, cá chép, châu chấu và gà. **B.** Cánh cam, cào cào, cá chép và chim bồ câu.
C. Cào cào, rắn, thỏ và mèo. **D.** Cá chép, rắn, bồ câu và thỏ.

Câu 19: Ở người, giai đoạn sinh trưởng và phát triển diễn ra mạnh mẽ nhất là:
A. giai đoạn dậy thì. **B.** giai đoạn phôi thai. **C.** giai đoạn lão hoá. **D.** giai đoạn trưởng thành.

Câu 20: Biến thái là:
A. sự thay đổi về hình thái của động vật sau khi sinh ra hoặc nở từ trứng ra.
B. sự thay đổi về cấu tạo của động vật sau khi sinh ra hoặc nở từ trứng ra.
C. sự thay đổi về hình thái và cấu tạo của động vật sau khi sinh ra hoặc nở từ trứng ra .
D. sự thay đổi về hình thái và cấu tạo của động vật trước khi sinh ra.

Câu 21: Phát triển không qua biến thái thường gặp ở:
A. đa số các loài lưỡng cư và nhiều loài côn trùng.
B. đa số động vật có xương sống và một số loài không xương sống.
C. các loài chân khớp. **D.** nhiều loài côn trùng.

Câu 22: Trứng sau khi được thụ tinh sẽ tạo thành:
A. phôi. **B.** hợp tử. **C.** mô. **D.** cơ quan.

Câu 23: Sinh trưởng và phát triển ở người gồm:
A. một giai đoạn. **B.** hai giai đoạn. **C.** ba giai đoạn. **D.** bốn giai đoạn.

Câu 24: Độ tuổi dậy thì không phụ thuộc vào:
A. yếu tố di truyền. **B.** yếu tố nhận thức.

C. môi trường. **D.** sinh lí và cân nặng.

Câu 25: Thai nhi trao đổi chất với cơ thể mẹ thông qua:

A. động mạch. **B.** dây thần kinh. **C.** nhau thai. **D.** tĩnh mạch.

Câu 26: Các yếu tố bên ngoài ảnh hưởng đến sinh trưởng và phát triển của sinh vật là:

A. Di tryền, thức ăn và nhiệt độ. **B.** thức ăn, nhiệt độ và hormone.

C. thức ăn, nhiệt độ và ánh sáng. **D.** di truyền, nhiệt độ và hormone.

Câu 27: Giai đoạn dậy thì có nhiều thay đổi về thể chất, tâm lý, sinh lý, nguyên nhân là do:

A. sự thay đổi môi trường sống. **B.** sự thay đổi môi trường học tập.

C. sự thay đổi về tuổi tác.

D. sự thay đổi lượng hormone sinh dục trong cơ thể.

Câu 28: Khi nói về giai đoạn sau sinh ở người, phát biểu nào sau đây ***sai***:

A. Sự phát triển ở người không qua biến thái.

B. Dậy thì là giai đoạn sinh trưởng và phát triển mạnh mẽ.

C. Trong giai đoạn dậy thì, cơ thể có nhiều thay đổi về thể chất, sinh lí và tâm lí.

D. Ở giai đoạn dậy thì, cơ thể cần vận động để phát triển, nên cần ít thời gian ngủ.

Câu 29: Các yếu tố bên trong ảnh hưởng đến sinh trưởng và phát triển là:

A. di truyền và nhiệt độ. **B.** di truyền và hormone.

C. nhiệt độ và hormone. **D.** thức ăn và nhiệt độ.

Câu 30: Cho các sinh vật sau: trâu bò, sâu ăn cỏ, ếch, muỗi, rắn, chó, mèo. Các loài động vật phát triển qua biến thái hoàn toàn là:

A. sâu ăn cỏ, ếch, muỗi. **B.** Bò, chó, mèo. **C.** Bò, rắn, ếch. **D.** ếch, muỗi, rắn.

VẬN DỤNG

Câu 31: Biện pháp nào sau đây không có tác dụng giáo dục giới tính:

A. Tìm hiểu những kiến thức về giới tính và sức khoẻ sinh sản từ những nguồn thông tin đáng tin cậy.

B. Không nên quan hệ tình dục trước tuổi trưởng thành.

C. Ngăn cấm không cho yêu sớm.

D. Giáo dục giới tính từ sớm.

Câu 32: Khi trẻ có dấu hiệu vỡ giọng, mọc ria mép chứng tỏ trẻ đang bước vào giai đoạn:

A. lão hoá. **B.** trưởng thành. **C.** trung niên. **D.** dậy thì.

Câu 33: Các biện pháp tác động lên tốc độ sinh trưởng và phát triển của động vật là:

(1). Xây dựng chế độ ăn thích hợp cho vật nuôi.

(2). Chọn giống có tốc độ sinh trưởng và phát triển nhanh.

(3). Tiêu diệt động vật gây hại ngay giai đoạn chúng gây hại nhiều nhất.

(4). Cải tạo môi trường sống của động vật.

A. 3. **B.** 1. **C.** 2. **D.** 4.

Câu 34: Cho các phát biểu sau:

(1). Tốc độ sinh trưởng và phát triển của cơ thể không đồng đều ở các giai đoạn khác nhau.

(2). Tốc độ sinh trưởng và phát triển của các mô, cơ quan khác nhau là giống nhau.

(3). Phát triển qua biến thái không hoàn toàn có ở muỗi, ếch.

(4). Mỗi hình thức phát triển ở động vật đều mang tính thích nghi.

(5). Mỗi giai đoạn phát triển của biến thái hoàn toàn có chức năng chuyên hoá tương tự nhau. Số các phát biểu đúng:

A. 2. **B.** 3. **C.** 4. **D.** 5.

Câu 35: Trong các phát biểu sau, các phát biểu ***sai*** là:

(1). Ếch phải trải qua biến thái không hoàn toàn để trưởng thành.

(2). Rắn lột xác là biến thái không hoàn toàn.

(3). Gà, mèo phát triển không qua biến thái.

(4). Châu chấu, gián phát triển qua biến thái không hoàn toàn.

(5). Sâu bướm phải trải qua lột xác để trở thành bươm bướm.

A. (1), (2) và (3). **B.** (1), (2) và (5). **C.** (2), (4) và (5). **D.** (3), (4) và (5).

Câu 36: Nối hình thức phát triển của sinh vật với đặc điểm tương ứng:

1. Phát triển qua biến thái hoàn toàn. 2. Phát triển qua biến thái không hoàn toàn. 3. Phát triển không qua biến thái.	a. Con mới nở đã có hình dạng, cấu tạo và sinh lý gần giống với con trưởng thành. b. Con non mới nở hoặc mới sinh có hình thái, cấu tạo và sinh lí tương tự con trưởng thành. c. Con mới nở có hình dạng, cấu tạo và sinh lí rất khác với con trưởng thành.

A. 1–a, 2–b, 3–c.

B. 1–c, 2a, 3b

C. 1–c, 2–b, 3–c.

D. 1–a, 2–c, 3–b.

Câu 37: Cho các thông tin sau:

(1). Các tế bào của phôi biệt hóa (phân hoá) tạo thành các cơ quan của sâu bướm.

(2). Hợp tử phân chia nhiều lần để tạo thành phôi.

(3). Ấu trùng trải qua nhiều lần lột xác để trở thành con trưởng thành.

(4). Ấu trùng có hình thái, cấu tạo và sinh lí rất khác so với con trưởng thành.

(5). Sự khác biệt về hình thái và cấu tạo của ấu trùng giữa các lần lột xác là rất nhiều.

Thông tin đúng về biến thái hoàn toàn và biến thái không hoàn toàn là:

A. Biến thái hoàn toàn: 1, 3, 4; Biến thái không hoàn toàn: 1, 2, 5.

B. Biến thái hoàn toàn: 1, 2, 4; Biến thái không hoàn toàn: 2, 3, 5.

C. Biến thái hoàn toàn: 1, 3, 5; Biến thái không hoàn toàn: 1, 2, 3.

D. Biến thái hoàn toàn: 2, 4, 5; Biến thái không hoàn toàn: 1, 3, 4.

Câu 38: Quan hệ tình dục không an toàn ở người chưa thành niên có thể dẫn đến hậu quả:

(1). Mắc các bệnh lây truyền qua đường tình dục.

(2). Mang thai ngoài ý muốn.

(3). Tổn thương tinh thần, tâm lý.

(4). Ảnh hưởng đến học tập và cuộc sống.

A. 1. **B.** 2. **C.** 3. **D.** 4.

PHẦN II: CÂU HỎI TRẮC NGHIỆM ĐÚNG SAI

Câu 1: Sinh trưởng và phát triển ở động vật gồm giai đoạn phôi và giai đoạn hậu phôi; trong đó giai đoạn hậu phôi có thể là phát triển qua biến thái hoặc phát triển không qua biến thái. Mỗi nhận định sau đây là Đúng hay Sai về các đặc điểm của sinh trưởng và phát triển của động vật.

a) Các loài khác nhau có tốc độ và giới hạn sinh trưởng khác nhau.

b) Giai đoạn phôi chỉ diễn ra bên trong cơ thể mẹ.

c) Sự phát triển của các cơ quan, hệ cơ quan ở giai đoạn phôi thai trên một cơ thể là giống nhau.

d) Vòng đời của ếch trải qua 4 giai đoạn, bao gồm: trứng, phôi, ấu trùng và trưởng thành. **Câu 2:** Phát triển không qua biến thái là quá trình phát triển mà con non có hình thái, cấu tạo và sinh lí gần giống con trưởng thành. Phát triển qua biến thái là quá trình phát triển mà con non có sự thay đổi rất nhiều về hình thái, cấu tạo và sinh lí mới biến đổi thành con trưởng thành.

Mỗi nhận định sau đây là Đúng hay Sai về các hình thức phát triển của động vật.

a) Đặc điểm phát triển qua biến thái không hoàn toàn ở động vật là ấu trùng có hình dạng, cấu tạo và sinh lí gần giống với con trưởng thành.

b) Những động vật như cá chép, rắn, bồ câu và thỏ có sinh trưởng và phát triển không qua biến thái.

c) Sự khác biệt giữa nòng nọc và ếch mang tính thích nghi để duy trì tồn tại của loài đối với điều kiện khác nhau của môi trường sống.

d) Số lần lột xác ở các loài phát triển không qua biến thái là khác nhau.

Câu 3: Sự sự sinh trưởng và phát triển của động vật chịu ảnh hưởng bởi các nhân tố bên trong và các nhân tố bên ngoài. Mỗi nhận định sau đây là Đúng hay Sai về sự ảnh hưởng của các nhân tố này.

a) Hệ gene chi phối hoàn toàn đến tuổi thọ, tốc độ, giới hạn, thời gian sinh trưởng và phát triển.

b) Ở từng thời kì, quá trình sinh trưởng và phát triển của giới đực và giới cái không giống nhau.

c) Cắt bỏ tuyến giáp của nòng nọc sẽ gây hậu quả là nòng nọc có kích thước khổng lồ nhưng không phát triển thành ếch được.

d) Động vật biến nhiệt chịu ảnh hưởng của nhiệt độ ít hơn so với động vật đẳng nhiệt.

PHẦN III: CÂU HỎI TRẮC NGHIỆM TRẢ LỜI NGẮN

Câu 1: Trong số các hormone sau: sinh trưởng, thyroxine, testosterone, estrogen, ecdysone và juvenile, có bao nhiêu hormone ảnh hưởng đến sinh trưởng và phát triển ở người?

Đáp án: 4 sinh trưởng, thyroxine, testosterone, estrogen

Câu 2: Cho các vai trò sau:

1. Tăng cường quá trình sinh tổng hợp protein, do đó kích quá trình phân bào và tăng kích thước tế bào, vì vậy làm tăng cường sự sinh trưởng của cơ thể.
2. Kích thích chuyển hoá ở tế bào và sinh trưởng, phát triển bình thường của cơ thể.
3. Kích thích sự sinh trưởng và phát triển các đặc điểm sinh dục phụ ở con đực.
4. Kích thích sự sinh trưởng và phát triển các đặc điểm sinh dục phụ ở con cái.

Có bao nhiêu vai trò là của hormone sinh trưởng?

Đáp án: 1

Câu 3: Trong những hậu quả sau:

1. Trẻ mới sinh chậm phát triển trí tuệ.
2. Chậm lớn (hoặc ngừng lớn), chịu lạnh kém.
3. Vàng da kéo dài, nước tiểu, mồ hôi có màu vàng.
4. Không hình thành các đặc điểm sinh dục phụ thứ cấp.

Ở trẻ em, hiện tượng thiểu năng tuyến giáp thường dẫn đến những hậu quả nào (ghi lại theo số thứ tự tăng dần)?

Đáp án: 12.

CHƯƠNG 4: SINH SẢN Ở SINH VẬT

BÀI 23: KHÁI QUÁT VỀ SINH SẢN Ở SINH VẬT

PHẦN I: CÂU HỎI TRẮC NGHIỆM NHIỀU PHƯƠNG ÁN LỰA CHỌN

BIẾT

Câu 1: Sinh sản là quá trình tạo ra những cá thể mới nhằm:
A. đảm bảo sự phát triển liên tục của loài.
B. đảm bảo sự tồn tại và phát triển liên tục của loài.
C. đáp ứng nhu cầu năng lượng cho sự tồn tại của sinh vật.
D. giữ cho cá thể sinh vật tồn tại.

Câu 2: Ở sinh vật có những hình thức sinh sản là:
A. Sinh con và sinh trứng.
B. Sinh sản hoàn toàn và bán hoàn toàn.
C. Sinh sản cơ học và hóa học.
D. Sinh sản vô tính và hữu tính.

Câu 3: Sinh sản vô tính là:
A. hình thức sinh sản có sự kết hợp của các tế bào sinh sản chuyên biệt.
B. hình thức sinh sản ở tất cả các loài sinh vật.
C. hình thức sinh sản không có sự kết hợp giữa giao tử đực và giao tử cái.
D. hình thức sinh sản có nhiều hơn một cá thể tham gia.

Câu 4: Cơ sở tế bào học của sinh sản vô tính là quá trình:
A. nguyên phân. **B.** giảm phân. **D.** nguyên phân và giảm phân. **C.** thụ tinh.

Câu 5: Sinh sản hữu tính là:
A. Hình thức sinh sản có sự kết hợp của 2 giao tử đực và 1 giao tử cái để tạo thành hợp tử.
B. Hình thức sinh sản có sự kết hợp của giao tử cái và giao tử cái để tạo thành hợp tử.
C. Hình thức sinh sản có sự kết hợp của giao tử đực và giao tử cái để tạo thành hợp tử.
D. Hình thức sinh sản có sự kết hợp của cả giao tử đực và giao tử đực để tạo thành hợp tử.

Câu 6: Đặc trưng của sinh sản hữu tính là:
A. tạo ra thế hệ sau ít thích nghi với môi trường sống thay đổi.
B. không có sự kết hợp giữa giao tử đực và giao tử cái.
C. chỉ cần một cá thể cha hoặc mẹ.
D. có sự hình thành và kết hợp giữa giao tử đực và giao tử cái tạo thành hợp tử.

Câu 7: Sự kết hợp giữa giao tử đực và giao tử cái tạo thành:
A. mô. **B.** trứng. **C.** cơ thể mới. **D.** hợp tử.

Câu 8: Dấu hiệu đặc trưng để nhận biết quá trình sinh sản là:
A. sự lớn lên của cơ thể.
B. sự hình thành cơ quan mới.
C. sự hoàn thiện cấu trúc cơ thể.
D. sự hình thành cơ thể mới.

HIỂU

Câu 9: Đặc điểm nào sau đây ***không*** thuộc sinh sản vô tính?
A. Cơ thể con sinh ra hoàn toàn giống nhau và giống cơ thể mẹ ban đầu.
B. Tạo ra cá thể mới rất đa dạng về các đặc điểm thích nghi.
C. Tạo ra số lượng lớn con cháu trong một thời gian ngắn.
D. Tạo ra các cá thể thích nghi tốt với môi trường sống ổn định.

Câu 10: Đặc điểm nào dưới đây đúng khi nói về sinh sản hữu tính:
(1). Sinh sản hữu tính giúp nhân nhanh số lượng lớn cá thể trong thời gian ngắn.
(2). Tạo nên sự đa dạng trong di truyền.
(3). Cung cấp nguồn nguyên liệu phong phú, đa dạng cho chọn lọc tự nhiên và tiến hoá.
(4). Các cá thể mới có thể thích nghi tốt với môi trường biến đổi.
A. (2), (3) và (4). **B.** (1), (2) và (3). **C.** (1), (3) và (4). **D.** (1), (2) và (4).

Câu 11: Phát biểu nào sau đây ***sai***:
A. Sinh sản duy trì sự tồn tại của loài.
B. Có hai hình thức sinh sản là sinh sản vô tính và sinh sản hữu tính.
C. Một số ít loài sinh vật vừa có sinh sản vô tính và sinh sản hữu tính.
D. Quá trình sinh sản không chịu ảnh hưởng từ môi trường.

Câu 12: Có bao nhiêu ví dụ sau đây về sinh sản của sinh vật?
(I). Tôm, cua mọc lại càng sau khi bị gãy. (II). Vịt mẹ sinh ra vịt con; người mẹ sinh con.
(III). Cây cam ra hoa, kết trái. (IV). Cây đậu phát triển từ hạt đậu .
A. 1. **B.** 2. **C.** 3. **D.** 4.

Câu 13: Cho các hình thức sinh sản: sinh sản sinh dưỡng, phân đôi, nảy chồi, đẻ con, phân mảnh, trinh sinh. Các hình thức sinh sản vô tính ở động vật là:
A. phân đôi, nảy chồi, phân mảnh và trinh sinh.
B. sinh sản sinh dưỡng, nảy chồi, đẻ con và phân mảnh.
C. phân đôi, nảy chồi, đẻ con và phân mảnh.
D. đẻ con, phân mảnh, trinh sinh và sinh sản sinh dưỡng.

Câu 14: Có bao nhiêu phát biểu sau đây đúng về sinh sản ở sinh vật?
(I). Sinh sản là quá trình tạo ra cơ thể mới, đảm bảo sự phát triển liên tục của loài.
(II). Sinh sản hữu tính là tạo ra cơ thể mới với các đặc điểm giống cá thể ban đầu mà không có sự đóng góp vật chất di truyền của cá thể khác.
(III). Sinh sản vô tính là có sự kết hợp giữa giao tử đực và giao tử cái tạo thành hợp tử, hợp tử phát triển thành cơ thể mới.
(IV). Sinh sản ở sinh vật có thể là sinh sản vô tính hoặc hữu tính.
A. 1. **B.** 2. **C.** 3. **D.** 4.

Câu 15: Có bao nhiêu phát biểu sau đây đúng về đặc trưng của sinh sản vô tính ở sinh vật:
(I). Cơ thể mới có thể được hình thành từ một phần cơ thể mẹ, không có sự kết hợp giữa giao tử đực và giao tử cái.
(II). Sinh sản vô tính dựa trên cơ sở quá trình nguyên phân.
(III). Cơ thể mới có sự tái tổ hợp vật chất di truyền của bố và mẹ, tạo nên nhiều tổ hợp gene đa dạng.
(IV). Được điều hoà chủ yếu thông qua điều hoà quá trình phát sinh giao tử dưới sự tác động của các hormone.
A. 1. **B.** 2. **C.** 3. **D.** 4.

Câu 16: Có bao nhiêu phát biểu sau đây đúng về đặc trưng sinh sản hữu tính ở sinh vật?
(I). Có sự kết hợp giữa giao tử đực và giao tử cái tạo thành hợp tử. Hợp tử phát triển thành cơ thể mới.
(II). Sinh sản hữu tính dựa trên cơ sở quá trình nguyên phân, giảm phân và thụ tinh.
(III). Tế bào ở cơ thể mới mang bộ nhiễm sắc thể giống hệt bộ nhiễm sắc thể ở tế bào cơ thể mẹ.
(IV). Quá trình sinh sản này được điều hoà chủ yếu thông qua cơ chế kiểm soát chu kì tế bào.

A. 1. **B.** 2. **C.** 3. **D.** 4.

PHẦN II: CÂU HỎI TRẮC NGHIỆM ĐÚNG SAI

Câu 1: Sinh sản là quá trình tạo ra những cá thể mới, đảm bảo duy trì sự phát triển liên tục của loài. Mỗi nhận định sau đây là Đúng hay Sai về sinh sản ở sinh vật.

a) Sinh sản ở sinh vật gồm có 2 hình thức: sinh sản sinh dưỡng và sinh sản hữu tính.

b) Sinh sản hữu tính được điều hoà chủ yếu thông qua điều hoà quá trình phát sinh giao tử dưới sự tác động của các hormone.

c) Trong quá trình sinh sản hữu tính, do có sự tái tổ hợp vật chất di truyền nên thế hệ con có những đặc điểm khác xa so với thế hệ trước.

d) Sinh sản ở sinh vật có các dấu hiệu: hình thành cơ thể mới, vật chất di truyền, truyền đạt vật chất di truyền và điều hòa sinh sản.

Câu 2: Sinh sản vô tính là hình thức sinh sản trong đó cá thể con được hình thành từ một phần cá thể mẹ. Mỗi nhận định sau đây là Đúng hay Sai về sinh sản vô tính ở sinh vật.

a) Sinh sản vô tính tạo ra các tổ hợp gene đa dạng, giúp sinh vật thích nghi với sự thay đổi của môi trường sống.

b) Sinh sản vô tính dựa trên cơ sở quá trình nguyên phân.

c) Trong sinh sản vô tính không có sự hình thành giao tử.

d) Cây dâu tây mọc thêm cành mới là ví dụ về sinh sản vô tính.

Câu 3: Sinh sản hữu tính là hình thức sinh sản có sự kết hợp giữa giao tử đực và giao tử cái qua thụ tinh hình thành hợp tử, hợp tử phát triển thành cá thể mới. Mỗi nhận định sau đây là Đúng hay Sai về sinh sản hữu tính ở sinh vật.

a) Sinh sản hữu tính tạo ra các cá thể mới có bộ nhiễm sắc thể đặc trưng cho loài.

b) Quá trình sinh sản hữu tính được điều hoà chủ yếu thông qua cơ chế kiểm soát chu kì tế bào.

c) Sinh sản hữu tính có sự tái tổ hợp vật chất di truyền của cha và mẹ nên con cái mang một nửa đặc điểm của cha và một nửa đặc điểm của mẹ.

d) Trong quá trình sinh sản hữu tính không phải lúc nào cũng cần có sự kết hợp của giao tử đực và cái.

PHẦN III: CÂU HỎI TRẮC NGHIỆM TRẢ LỜI NGẮN

Câu 1: Thằn lằn đuôi roi (*Aspidoscelis uniparens*) ở vùng đồng cỏ sa mạc là loài chỉ toàn con cái mà không có con đực. Chúng sinh sản bằng hình thức trinh sinh, trứng phát triển thành cơ thể con mà không qua thụ tinh. Tuy không có con đực nhưng đến mùa sinh sản các cá thể trong loài vẫn thực hiện hành vi ve vãn và giao phối như các loài động vật sinh sản hữu tính. Sau khi bắt cặp, một con cái sẽ bắt chước hành vi của con đực, hai cá thể sẽ thay đổi vai trò cho nhau từ 2 – 3 lần trong mùa sinh sản. Hình sau mô tả tập tính sinh sản của thằn lằn đuôi rơi ứng với các chu kì rụng trứng.

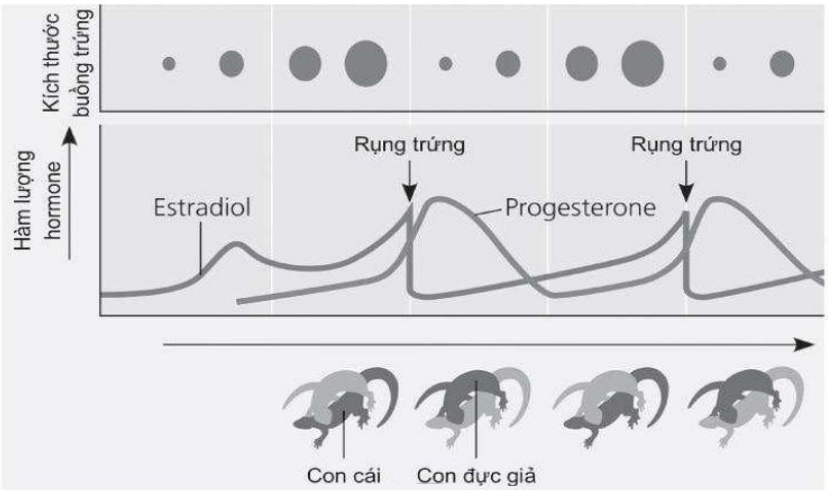

Hình: Tập tính sinh sản của thằn lằn đuôi roi ứng với các chu kỳ rụng trứng

a) Thằn lằn đuôi roi có hình thức sinh sản vô tính hay hữu tính? Giải thích.

- Thằn lằn đuôi roi là loài sinh sản vô tính do trong quần thể không có con đực, cá thể mới được phát triển từ trứng không thụ tinh (trinh sinh).

b) Quá trình sinh sản của thằn lằn đuôi roi được điều hoà bởi những yếu tố nào?

- Quá trình sinh sản ở thằn lằn đuôi roi được điều hoà bởi hormone sinh dục (estradiol, progesterone) và hành vi giao phối của con đực giả.

c) Nếu một cá thể thằn lằn bị cách li khỏi quần thể thì số lượng trứng rụng sẽ tăng hay giảm? Giải thích?

- Nếu một cá thể thằn lằn bị cách ly ra khỏi quần thể thì số lượng trứng rụng sẽ giảm vì không có hành vi giao phối của con đực để kích thích sự rụng trứng.

BÀI 24: SINH SẢN Ở THỰC VẬT

PHẦN I: CÂU HỎI TRẮC NGHIỆM NHIỀU PHƯƠNG ÁN LỰA CHỌN

BIẾT

Câu 1: Sinh sản vô tính ở thực vật là hình thức sinh sản tạo ra các cá thể mới:

A. Giống nhau và giống cả cha và mẹ.
B. Giống hệt nhau và giống cơ thể mẹ.
C. Rất đa dạng về đặc tính di truyền.
D. Khác nhau và giống bố hoặc mẹ.

Câu 2: Khẳng định nào sau đây ***không đúng***:

A. Sinh sản vô tính chỉ có ở thực vật.
B. Ở sinh sản vô tính, cá thể mới được hình thành từ một tế bào, mô hoặc cơ quan của thế hệ trước.
C. Nguyên phân là cơ sở tế bào giúp truyền đạt vật chất di truyền trong sinh sản vô tính.
D. Sinh sản vô tính không có sự kết hợp giữa giao tử đực và giao tử cái.

Câu 3: Sinh sản sinh dưỡng là hình thức sinh sản tạo ra cây mới chỉ từ một phần:

A. của thân của cây mẹ và cây cha.
B. của cơ quan sinh dưỡng ở cây mẹ.
C. rễ của cây mẹ và không có cha.
D. lá của cây mẹ.

Câu 4: Một hạn chế của sinh sản vô tính là:

A. Tạo ra một số lượng lớn cá thể mới trong thời gian ngắn.
B. có vai trò quan trọng trong duy trì đặc điểm của loài, cơ thể và sinh vật.
C. các cá thể mới chỉ thích nghi tốt trong môi trường ổn định, nên dễ xảy ra hiện tượng chết hàng loạt khi môi trường có nhiều biến động.
D. Cá thể sống độc lập, đơn lẻ vẫn có thể tạo ra con cháu.

Câu 5: Sinh sản hữu tính ở thực vật là?

A. Sự kết hợp có chọn lọc của hai giao tử đực và giao tử cái tạo nên hợp tử phát triển thành cơ thể mới.
B. Sự kết hợp ngẫu nhiên giữa giao tử đực và giao tử cái tạo nên hợp tử phát triển thành cơ thể mới.
C. Sự kết hợp có chọn lọc của giao tử cái và nhiều giao tử đực tạo nên hợp tử phát triển thành cơ thể mới.
D. Sự kết hợp của nhiều giao tử đực với một giao tử cái tạo nên hợp tử phát triển thành cơ thể mới.

Câu 6: Hình thức sinh sản nào sau đây có sự hợp nhất của giao tử đực và giao tử cái tạo nên hợp tử phát triển thành cơ thể mới?

A. Sinh sản hữu tính. **B.** Sinh sản vô tính.
C. Sinh sản bằng bào tử. **D.** Sinh sản bằng nuôi cấy mô tế bào.

Câu 7: Trong sinh sản hữu tính, cơ thể mới được phát triển từ:

A. Giao tử. **B.** Hợp tử. **C.** Bào tử. **D.** Phôi.

Câu 8: Sự kếp hợp giữa giao tử đực và giao tử cái, được gọi là quá trình:

A. Tiếp hợp. **B.** Giao phối. **C.** Thụ tinh. **D.** Phối tinh.

Câu 9: Cơ sở khoa học của nuôi cấy mô, tế bào thực vật là:

A. Tính nguyên vẹn. **B.** Tính toàn vẹn. **C.** Tính bảo toàn. **D.** Tính toàn năng.

Câu 10: Sau khi thụ tinh, quả được tạo thành từ:

A. Noãn. **B.** Tràng hoa. **C.** Bầu nhụy. **D.** Đài hoa.

Câu 11: Quá trình thụ tinh ở thực vật hạt kín diễn ra ở:

A. Núm nhụy. **B.** Vòi nhụy. **C.** Túi phôi. **D.** Bao phấn.

Câu 12: Ở thực vật có hoa, sự thụ tinh kép diễn ra như thế nào?

A. Có hai giao tử đực tham gia thụ tinh tạo thành hai hợp tử.
B. Có hai giao tử đực cùng tham gia thụ tinh để tạo một hợp tử.
C. Cùng một lúc có hai giao tử đực tham gia thụ tinh để tạo hợp tử và nhân tam bội.
D. Một giao tử đực tham gia thụ tinh tạo thành một hợp tử và nội nhũ.

Câu 13: Trong sự hình thành túi phôi ở thực vật có hoa, các tế bào mang bộ NST đơn bội bao gồm:

A. Tế bào mẹ, tế bào đối cực, tế bào kèm, tế bào trứng và nhân cực.
B. Tế bào kèm, tế bào trứng và nhân cực. **C.** Tế bào trứng và tế bào nhân cực.
D. Đại bào tử, tế bào đối cực, tế bào kèm, tế bào trứng và tế bào nhân cực.

Câu 14: Hạt của cây hạt kín có nguồn gốc từ:

A. Noãn. **B.** Bầu nhụy. **C.** Noãn cầu (trứng). **D.** Đầu nhụy.

Câu 15: Ở thực vật có hoa, sau thụ tinh, nhân tam bội sẽ phát triển thành:

A. hạt. **B.** phôi. **C.** quả. **D.** nội nhũ.

HIỂU

Câu 16: Đặc điểm nào ***không phải*** là ưu thế của sinh sản hữu tính so với sinh sản vô tính ở thực vật?

A. Tạo thế hệ sau có khả năng thích nghi với những điều kiện môi trường biến đổi.
B. Tạo được nhiều biến dị tổ hợp làm nguyên liệu cho quá trình chọn giống và tiến hoá.
C. Duy trì ổn định những tính trạng tốt về mặt di truyền. **D.** Là hình thức sinh sản phổ biến.

Câu 17: Sự hình thành giao tử ở thực vật khác với sự hình thành giao tử ở động vật là:

A. Chỉ thực hiện nhờ quá trình giảm phân. **B.** Chỉ thực hiện nhờ quá trình nguyên phân.
C. Diễn ra qua giảm phân và nguyên phân.
D. Tạo số giao tử đực và cái bằng nhau từ một tế bào ban đầu.

Câu 18: Ý nào ***không đúng*** với ưu điểm của phương pháp nuôi cấy mô?

A. Phục chế giống cây quý, hạ giá thành cây con nhờ giảm mặt bằng sản xuất.
B. Nhân nhanh với số lượng lớn cây giống và sạch bệnh.
C. Duy trì những tính trạng mong muốn về mặt di truyền.
D. Dễ tạo ra nhiều biến dị di truyền cung cấp cho chọn giống.

Câu 19: Khi nói đến sinh sản hữu tính ở thực vật, đặc điểm nào sau đây ***sai***?

A. Tạo ra thế hệ sau luôn thích nghi với môi trường sống ổn định.

B. Luôn có quá trình hình thành và hợp nhất của giao tử đực và giao tử cái.

C. Luôn gắn liền với giảm phân để tạo giao tử.

D. Luôn có sự trao đổi, tái tổ hợp của hai bộ gene.

Câu 20: Cắt bỏ lá ở cành ghép có mục đích gì?

A. Giảm quá trình quang hợp, ít tiêu tốn năng lượng. **B.** Giảm sự thoát hơi nước, mất nước của cây.

C. Giảm khối lượng cho cành ghép. **D.** Giúp cành ghép không lệch khỏi vị trí ghép.

Câu 21: Khi nói về quá trình hình thành hạt, phát biểu nào sau đây là ***sai***?

A. Tế bào tam bội trong hạt phát triển thành nội nhũ. **B.** Mọi hạt của thực vật có hoa đều có nội nhũ.

C. Hợp tử trong hạt phát triển thành phôi. **D.** Hạt là noãn đã được thụ tinh phát triển thành.

Câu 22: Bạn An quan sát thấy: Mẹ trồng rau lang bằng một đoạn thân. Sau một thời gian, An thấy từ thân đó mọc thành một cây hoàn chỉnh. Hiện tượng đó cho thấy cây khoai lang sinh sản bằng hình thức sinh sản gì?

A. Hữu tính. **B.** Sinh dưỡng. **C.** Bào tử. **D.** Nuôi cấy mô.

Câu 23: Khi nói về quá trình thụ phấn chéo, phát biểu nào dưới đây đúng?

A. Là quá trình hạt phấn của hoa rơi trên núm nhuỵ của chính hoa đó.

B. Là quá trình các tế bào mẹ tiểu bào tử giảm phân hình thành nên hạt phấn.

C. Là quá trình hạt phấn phát tán và rơi trên núm nhuỵ của một hoa khác trong cùng một cây.

D. Là quá trình hạt phấn của hoa ở cây này phát tán và rơi trên núm nhuỵ của hoa ở cây khác.

VẬN DỤNG

Câu 24: Khi nói đến kỹ thuật giâm cành, thứ tự nào sau đây đúng quy trình?

(1). Khi rễ cây mọc nhiều và đủ dài ở các cành giâm, chuyển cây vào vườn ươm.

(2). Cắt vát, tránh dập nát từng đoạn 10 – 15cm các cành bánh tẻ.

(3). Khi cây đã đủ rễ và lá, đưa cây vào trồng đại trà.

(4). Cành đã cắt có thể cắm trực tiếp hoặc xử lý bằng chất kích thích ra rễ, sau đó cắm vào nền giâm.

A. (1) → (4) → (2) → (3). **B.** (2) → (4) → (1) → (3).

C. (4) → (2) → (1) → (3). **D.** (4) → (2) → (3) → (1).

Câu 25: Khi nói về vai trò của sinh sản vô tính đối với đời sống con người và thực vật, phát biểu nào sau đây đúng?

(1). Trồng cây xoài ghép sau 1 năm sẽ cho quả.

(2). Từ một đoạn nhỏ thân khoai tây có thể nhân ra hàng trăm, nghìn cây con.

(3). Trồng cây xoài từ hạt sau 2 năm sẽ cho quả.

(4). Tạo số lượng lớn cây cọ dầu bằng nuôi cấy mô.

A. (1), (2) và (4). **B.** (2), (3) và (4). **C.** (1), (2) và (3). **D.** (1), (3) và (4).

Câu 26: Có bao nhiêu phát biểu sau đây đúng về sinh sản vô tính ở thực vật?

(I). Cây con được tạo ra từ các bộ phận sinh dưỡng của cây mẹ (củ, thân, rễ, lá, ...), vì vậy cây con thường giống nhau và giống với cây mẹ.

(II). Cây con có bộ gene giống cây mẹ.

(III). Đảm bảo cho thực vật luôn duy trì được kiểu gene thích nghi với mọi điều kiện môi trường sống thay đổi.

(IV). Hình thức sinh sản này có lợi thế trong điều kiện môi trường thường xuyên thay đổi.

A. 1. **B.** 2. **C.** 3. **D.** 4.

Câu 27: Trong nông nghiệp, người ta đã áp dụng nhiều phương pháp nhân giống vô tính, có bao nhiêu phương pháp sau đây đúng?

(I). Giâm cành: mía, khoai lang, sắn dây, dâu tằm,... .

(II). Chiết cành: cam, quýt, chanh, bưởi,... .

(III). Ghép cành: xoài cát ghép với xoài bưởi; cây táo chua ghép với táo ngọt,... .

(IV). Nuôi cấy mô tế bào thực vật: nhân giống việt quất bằng nuôi cấy mô dưới ánh sáng nhân tạo,... .

A. 1. **B.** 2. **C.** 3. **D.** 4.

Câu 28: Khi nói đến quá trình hình hạt phấn ở thực vật có hoa, có bao nhiêu phát biểu sau đây đúng?

(I). Tế bào mẹ (2n) trong bao phấn thực hiện giảm phân tạo thành 4 tế bào con (n). 4 tế bào con (n) nguyên phân tạo 4 hạt phấn (thể giao tử đực).

(II). Hạt phấn được hình thành trong bao phấn.

(III). Khi mỗi tế bào đơn bội (n) được tạo ra qua giảm phân sẽ nguyên phân tạo hạt phấn, trong hạt phấn có 2 tế bào (tế bào sinh dưỡng và tế bào sinh sản).

(IV). Mỗi hạt phấn có 1 tinh tử (giao tử đực).

A. 1. **B.** 2. **C.** 3. **D.** 4.

Câu 29: Khi nói đến quá trình hình túi phôi ở thực vật có hoa, có bao nhiêu phát biểu sau đây đúng?

(I). 1 tế bào mẹ đại bào tử (2n) trong bầu nhụy thực hiện giảm phân tạo thành 4 tế bào con.

(II). 1 tế bào mẹ đại bào tử (2n) trong bầu nhụy giảm phân tạo 4 tế bào con và qua nguyên phân tạo 4 giao tử cái.

(III). Túi phôi được hình thành trong bầu nhụy.

(IV). Đại bào tử sống sót nguyên phân 3 lần liên tiếp tạo túi phôi gồm 3 tế bào đối cực, 1 tế bào nhân cực chứa 2 nhân đơn bội, 1 tế bào trứng và 2 tế bào kèm.

A. 1. **B.** 2. **C.** 3. **D.** 4.

Câu 30: Dựa trên quá trình thụ tinh ở thực vật có hoa (hình) và kiến thức học được, có bao nhiêu phát biểu sau đây đúng?

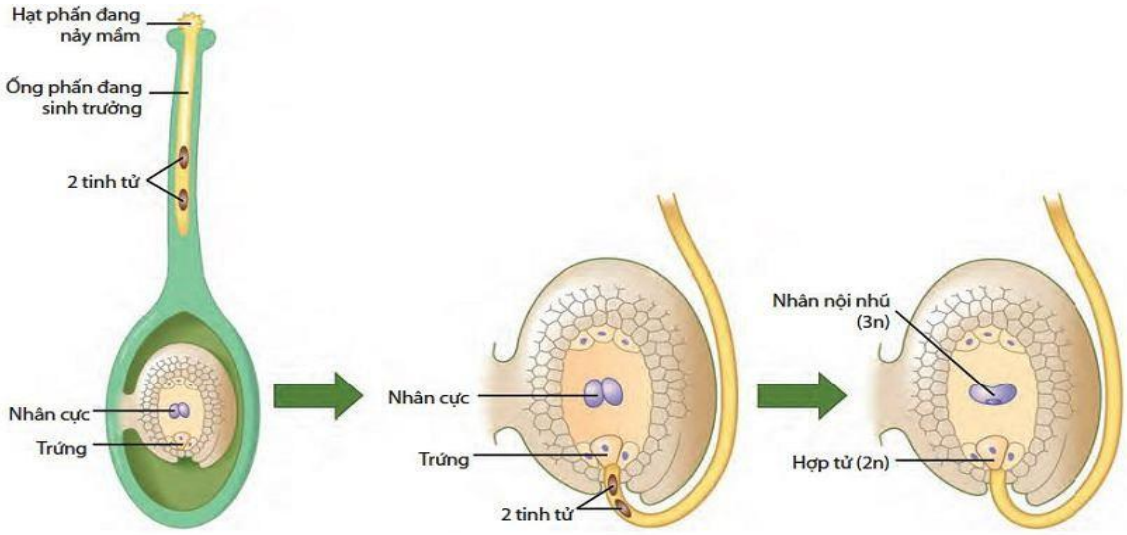

(I). Thụ tinh là sự kết hợp giữa giao tử đực với giao tử cái hình thành nên hợp tử.

(II). Ống phấn sinh trưởng kéo dài chạm tới túi phôi, xuyên qua lỗ noãn và giải phóng 2 tinh tử.

(III). Quá trình thụ tinh ở thực vật hạt kín là thụ tinh kép.

(IV). Quá trình thụ tinh chịu ảnh hưởng mạnh nhất từ hàm lượng auxin ngoại sinh của hạt phấn.

A. 1. **B.** 2. **C.** 3. **D.** 4.

Câu 31: Khi tìm hiểu quá trình hình thành hạt và quả như thế nào, một học sinh đã đưa ra các nhận định sau, có bao nhiêu nhận định đúng?

(I). Hạt do noãn đã được thụ tinh phát triển thành.

(II). Một số loài thực vật, hạt chứa phôi và có nội nhũ.

(III). Quả do bầu nhụy phát triển dày lên tạo thành.

(IV). Khi quả chín, màu sắc của vỏ quả sẽ thay đổi do sự phân giải diệp lục cùng với sự gia tăng hàm lượng các sắc tố carotenoid và sắc tố dịch bào.

A. 1. **B.** 2. **C.** 3. **D.** 4.

PHẦN II: CÂU HỎI TRẮC NGHIỆM ĐÚNG SAI

Câu 1: Sinh sản vô tính ở thực vật gồm sinh sản sinh dưỡng và sinh sản bào tử. Trong nông nghiệp, người ta đã áp dụng nhiều phương pháp nhân giống vô tính để nhân nhanh nhiều giống cây trồng có lợi cho con người. Mỗi nhận định sau đây Đúng hay Sai về sinh sản vô tính ở thực vật?

a) Ưu điểm của chiết cành so với trồng từ hạt là tiết kiệm thời gian sinh trưởng của cây.

b) Sinh sản vô tính ở thực vật góp phần giữ nguyên khả năng thích nghi của thực vật với môi trường ổn định.

c) Phương pháp nuôi cấy mô có ưu điểm tạo ra số lượng lớn các giống cây trồng có năng suất cao, chất lượng tốt, thích nghi với điều kiện sinh thái nhất định, chống chịu tốt với nhiều loại sâu bệnh.

d) Sinh sản vô tính ở thực vật luôn giúp tăng giá thành cây con, tăng hiệu quả kinh tế.

Câu 2: Sinh sản ở thực vật có hoa gồm các giai đoạn nối tiếp nhau: quá trình hình thành hạt phấn và túi phôi, thụ phấn và thụ tinh, sự hình thành hạt và quả, quá trình chín của quả. Mỗi nhận định sau đây Đúng hay Sai về sinh sản ở thực vật có hoa?

a) Sinh sản hữu tính ở thực vật tạo ra đời con thích nghi với môi trường luôn biến đổi.

b) Quá trình thụ tinh ở thực vật có hoa là thụ tinh kép.

c) Quả là do bầu nhuỵ sinh trưởng dày lên chuyển hoá thành.

d) Trong quá trình hình thành hạt phấn, tế bào sinh sản có 2 tinh tử (n).

Câu 3: Thụ phấn là hiện tượng hạt phấn từ nhị tiếp xúc với đầu nhuỵ. Sau khi thụ phấn, hạt phấn nảy mầm và diễn ra quá trình thụ tinh. Mỗi nhận định sau đây Đúng hay Sai về quá trình thụ phấn và thụ tinh ở thực vật?

a) Ống phấn sinh trưởng kéo dài chạm tới túi phôi, xuyên qua lỗ noãn và giải phóng 1 tinh tử:

b) Thụ tinh kép gặp ở tất cả các loài thực vật.

c) Quá trình thụ phấn ở thực vật diễn ra hoàn toàn nhờ vào động vật và con người.

d) Thụ phấn chéo là hiện tượng hạt phấn của hoa này rơi trên núm nhụy của hoa khác.

PHẦN III: CÂU HỎI TRẮC NGHIỆM TRẢ LỜI NGẮN

Câu 1: Cho các phương pháp sau: giâm cành, ghép cành, nuôi cấy mô tế bào thực vật, nhân bản vô tính, cấy truyền phôi. Trong nông nghiệp, người ta đã áp dụng bao nhiêu phương pháp để nhân giống cây trồng?

Đáp án: 3 giâm cành, ghép cành, nuôi cấy mô TB TV



Câu 2: Quan sát hình và trả lời câu hỏi.

a) Phân biệt hai hình thức thụ phấn (1) và (2).

- (1) Thụ phấn chéo: hạt phấn từ nhị tiếp xúc với đầu nhuỵ của hoa trên

một cây khác; (2) Tự thụ phấn: hạt phấn từ nhị tiếp xúc với đầu nhuỵ của cùng một hoa hoặc của hoa khác trên cùng một cây.

b) Mỗi hình thức thụ phấn trên thường diễn ra ở nhóm hoa nào?

- Tự thụ phấn thường diễn ra ở hoa lưỡng tính (hoa có cả nhị và nhuỵ), thụ phấn chéo thường diễn ra ở hoa đơn tính (hoa chỉ có nhị hoặc nhuỵ).

c) Hình thức thụ phấn nào được con người sử dụng nhằm nâng cao hiệu quả sinh sản ở cây trồng?.

- Hình thức thụ phấn thường được con người sử dụng là thụ phấn chéo.

Câu 3: Dựa trên quá trình thụ tinh kép ở thực vật có hoa và hình. Hãy cho biết các ký hiệu từ 1 đến 4 là gì?

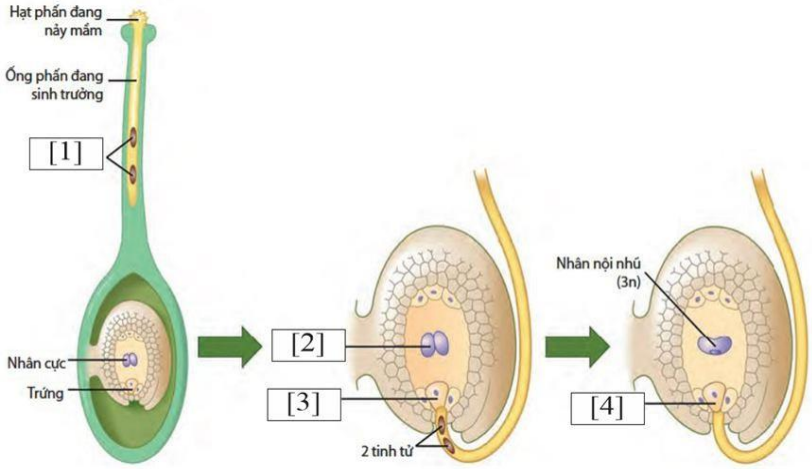

- [1] hai tinh tử đơn bội của hạt phấn.
- [2] nhân cực (2n) của túi phôi.
- [3] trứng (n) của túi phôi.
- [4] trứng sau khi thụ tinh tạo thành hợp tử.

BÀI 26: SINH SẢN Ở ĐỘNG VẬT

PHẦN I: CÂU HỎI TRẮC NGHIỆM NHIỀU PHƯƠNG ÁN LỰA CHỌN

BIẾT

Câu 1: Sinh sản vô tính ở động vật là từ một cá thể:

A. Sinh ra một hay nhiều cá thể giống hoặc khác mình, không có sự kết hợp giữa tinh trùng và trứng.

B. Luôn sinh ra nhiều cá thể giống mình, không có sự kết hợp giữa tinh trùng và trứng.

C. Sinh ra một hay nhiều cá thể giống mình, không có sự kết hợp giữa tinh trùng và trứng.

D. Sinh ra nhiều cá thể có kiểu gene khác nhau, có sự kết hợp giữa tinh trùng và trứng.

Câu 2: Cơ sở sinh học của sinh sản vô tính ở động vật là quá trình:

A. Nguyên phân. **B.** Giảm phân. **C.** Phân bào. **D.** Thụ tinh.

Câu 3: Phân đôi là hình thức sinh sản phổ biến ở:

A. Giun dẹp và giun đất. **B.** Động vật đơn bào và động vật ngành Ruột khoang.

C. Trùng roi và thủy tức. **D.** Bọt biển và trùng đế giày.

Câu 4: Cá thể mới sinh ra vẫn dính với cơ thể mẹ một thời gian là đặc trưng của hình thức sinh sản vô tính:

A. Nảy chồi. **B.** Phân đôi. **C.** Tái sinh. **D.** Trinh sinh.

Câu 5: Phân mảnh là hình thức sinh sản có ở:
A. Trùng roi và bọt biển. **B.** Bọt biển và giun dẹp.
C. Amip và trùng đế giày. **D.** Amip và trùng roi.

Câu 6: Trong các kiểu sinh sản vô tính ở động vật, có một kiểu mà con sinh ra có vật chất di truyền chỉ bằng một nửa của mẹ, đó là hình thức sinh sản:
A. Phân đôi. **B.** Trinh sinh. **C.** Tái sinh. **D.** Phân mảnh.

Câu 7: Thế nào là thụ tinh ngoài:
A. Là hình thức các tinh trùng gặp nhau ở môi trường nước.
B. Trứng gặp tinh trùng và thụ tinh ở bên ngoài cơ thể con cái.
C. Hình thức thụ tinh nhờ cơ quan sinh dục phụ. **D.** Hình thức thụ tinh xảy ra trong cơ thể động vật.

Câu 8: Thế nào là thụ tinh trong:
A. Là hình thức thụ tinh ngoài cơ thể động vật.
B. Là hình thức thụ tinh nhờ các cơ quan sinh dục phụ vận chuyển tinh dịch.
C. Là hình thức thụ tinh nhờ các cơ quan sinh dục phụ vận chuyển tinh dịch từ cơ thể con đực vào cơ thể con cái để có sự kết hợp nhân giữa hai giao tử đực và tổ hợp vật chất di truyền.
D. Trứng gặp tinh trùng và thụ tinh ở bên trong cơ quan sinh dục của con cái.

Câu 9: Hiện tượng noãn thai sinh (đẻ trứng thai) là:
A. Trứng được thụ tinh trong cơ thể mẹ rồi mới sinh ra ngoài.
B. Trứng sinh ra ngoài rồi mới được thụ tinh.
C. Trứng không thụ tinh vẫn có thể nở thành con non.
D. Trứng được thụ tinh trong cơ thể mẹ và phát triển thành phôi nhờ noãn hoàng và thành con non rồi mới sinh ra ngoài.

Câu 10: Yếu tố nào quan trọng nhất chi phối quá trình tạo tinh trùng và trứng ở động vật có xương sống:
A. Hệ thần kinh. **B.** Hệ nội tiết.
C. Các yếu tố môi trường. **D.** Sự xuất hiện cá thể khác giới.

Câu 11: Nhóm hormone nào sau đây tham gia điều hòa quá trình sinh tinh:
A. GnRH, FSH, LH và estrogen. **B.** GnRH, FSH, LH, progesterone và estrogen.
C. GnRH, FSH, LH và testosterone. **D.** GnRH, FSH và florigen.

Câu 12: Hormone GnRH có vai trò là:
A. Kích thích tuyến yên sản sinh LH. **B.** Kích thích tế bào kẽ sản sinh ra FSH.
C. Kích thích phát triển ống sinh tinh và sản sinh tinh trùng.
D. Kích thích tuyến yên tuyết FSH và LH.

Câu 13: Hormone FSH ở cơ quan sinh dục nam có vai trò:
A. Kích thích tuyến yên sản sinh LH. **B.** Kích thích tế bào kẽ sản sinh ra FSH.
C. Kích thích ống sinh tinh sản sinh tinh trùng. **D.** Điều hòa tuyến yên tuyết FSH và LH.

Câu 14: Hormone LH ở cơ quan sinh dục nam có vai trò:
A. Kích thích tuyến yên sản sinh LH. **B.** Kích thích tế bào kẽ sản xuất ra testosterone.
C. Kích thích phát triển ống sinh tinh và sản sinh tinh trùng.
D. Điều hòa tuyến yên tuyết FSH và LH.

Câu 15: Hormone progesterone và estrogen có vai trò:
A. Kích thích tuyến yên sản sinh LH. **B.** Kích thích tế bào kẽ sản xuất ra testosterone .
C. Kích thích niêm mạc tử cung phát triển dày lên chuẩn bị cho hợp tử làm tổ.
D. Điều hòa tuyến yên tuyết FSH và LH.

HIỂU

Câu 16: Điểm khác nhau cơ bản giữa sinh sản vô tính và sinh sản hữu tính ở động vật là:

A. Có hoặc không có sự hợp nhất giữa giao tử đực và giao tử cái.

B. Thời gian sinh trưởng của cơ thể con.

C. Đặc điểm hình thái của cơ thể con so với thế hệ trước.

D. Thời gian sinh trưởng và phát triển của cơ thể con.

Câu 17: Biến dị tổ hợp xuất hiện trong trường hợp nào sau đây?

A. Sinh sản vô tính. **B.** Sinh sản hữu tính.

C. Cả sinh sản vô tính và sinh sản vô tính. **D.** Sinh sản sinh dưỡng.

Câu 18: Khi nói về quá trình thụ tinh, điều nào sau đây ***sai***:

A. Các loài thụ tinh ngoài thường đẻ rất nhiều trứng.

B. Các động vật đẻ con đều thụ tinh trong. **C.** Các loài đẻ trứng đều thụ tinh ngoài.

D. Tỉ lệ thụ tinh trong cao hơn tỉ lệ thụ tinh ngoài.

Câu 19: Khi nói về đặc điểm của sinh sản hữu tính ở động vật, nhận định nào sau đây đúng:

A. Thời gian sinh sản nhanh.

B. Các con mang đặc điểm của cha và mẹ, có thể xuất hiện thêm các đặc điểm mới.

C. Các con mang đặc điểm giống nhau và giống với cha mẹ.

D. Số lượng cá thể sinh ra trong một lứa đẻ rất nhiều.

Câu 20: Biện pháp nào sau đây là hữu hiệu nhất để điều khiển tỉ lệ đực cái ở động vật:

A. Tách tinh trùng X và Y rồi cho thụ tinh nhân tạo.

B. Tiêm hormone sinh dục cho động vật mang thai.

C. Sử dụng thức ăn phù hợp để sinh theo ý muốn.

D. Chọn thời điểm thích hợp để phối giống tự nhiên.

Câu 21: Trong các phát biểu sau, có bao nhiêu phát biểu đúng:

(1). Các hình thức sinh sản vô tính ở động vật gồm: phân đôi, nảy chồi, phân mảnh và trinh sinh.

(2). Hình thức sinh sản phân đôi gặp ở hải quỳ, bọt biển, thủy tức.

(3). Phân mảnh là hình thức sinh sản mà cơ thể mới phát triển từ mảnh tách ra từ cơ thể mẹ.

(4). Trinh sinh thường gặp ở các loài chân đốt như ong, kiến, rệp.

A. 1. **B.** 2. **C.** 3. **D.** 4.

Câu 22: Trong các nhận định sau, có bao nhiêu nhận định đúng:

(1). Noãn thai sinh gặp ở một số loài cá, một số loài bò sát và một số loài chân khớp.

(2). Bò sát, chim và nhiều động vật không xương sống đẻ trứng, trứng thụ tinh trong cơ thể con cái.

(3). Đẻ con có ở tất cả các loài Thú và người.

(4). Nhiều loài cá và lưỡng cư đẻ trứng và trứng thụ tinh với tinh trùng trong môi trường nước.

A. 1. **B.** 2. **C.** 3. **D.** 4.

Câu 23: Trong sinh sản hữu tính, đời con thường đa dạng về các đặc điểm di truyền là do:

A. Quá trình giảm phân tạo nhiều loại giao tử.

B. Quá trình thụ tinh tạo nhiều loại hợp tử.

C. Quá trình giảm phân kết hợp với thụ tinh.

D. Ảnh hưởng của môi trường sống.

Câu 24: Một tế bào sinh tinh giảm phân hình thành bao nhiêu tinh trùng:

A. 1. **B.** 2. **C.** 4. **D.** 8.

VẬN DỤNG

Câu 25: Xét các phát biểu sau:

(1). Các hình thức sinh sản hữu tính ở động vật là phân đôi, nảy chồi, phân mảnh và trinh sinh.

(2). Trinh sinh là hiện tượng các trứng không thụ tinh phát triển thành cá thể mới có bộ NST lưỡng bội.

(3). Một trong những ưu điểm của sinh sản vô tính so với sinh sản hữu tính là tạo ra các cá thể mới rất đa dạng về mặt di truyền.

(4). Sinh sản hữu tính có thể tạo ra số lượng lớn con cháu trong thời gian ngắn.

Số phát biểu đúng khi nói về sinh sản ở động vật là:

A. 1. **B.** 2. **C.** 3. **D.** 4.

Câu 26: Khi so sánh sự giống nhau giữa sinh sản hữu tính ở thực vật và động vật, có bao nhiêu phát biểu sau đây đúng:

(1). Đều có sự kết hợp giữa giao tử đực và giao tử cái tạo hợp tử.

(2). Hợp tử phát triển thành cơ thể mới luôn mang tính trạng di truyền của cả cha và mẹ.

(3). Quá trình giảm phân hình thành giao tử, quá trình thụ tinh và quá trình phát triển của hợp tử luôn luôn giống nhau.

(4). Đều có thụ tinh kép.

A. 1. **B.** 2. **C.** 3. **D.** 4.

Câu 27: Ở người, khi nói đến quá trình sinh trứng và quá trình sinh tinh, có bao nhiêu phát biểu sau đây đúng:

(I). Quá trình sản sinh trứng diễn ra theo chu kỳ, còn tinh trùng được tạo ra liên tục.

(II). Số lượng trứng sinh ra qua phân bào giảm nhiễm ít hơn so với tinh trùng.

(III). Tinh trùng có thể được sản sinh suốt đời, còn trứng chỉ được tạo ra trong thời gian nhất định (ở độ tuổi sinh sản).

(IV). Tinh trùng và trứng được sản sinh không liên quan đến đặc điểm sinh lý cơ thể.

A. 1. **B.** 2. **C.** 3. **D.** 4.

Câu 28: Trong các nhận định sau đây về hormone tuyến yên (FSH và LH) tham gia điều hòa sinh sản ở người, có bao nhiêu nhận định đúng:

(I). LH ở nữ giới kích thích hình thành thể vàng; thể vàng sản xuất estrogen và progesterone.

(II). FSH ở nam giới kích thích sự sinh sản tinh trùng.

(III). FSH ở nữ giới kích thích sự phát triển của tế bào trứng trong buồng trứng.

(IV). LH ở nam giới kích thích tuyến tinh hoàn sản xuất testosterone.

A. 1. **B.** 2. **C.** 3. **D.** 4.

Câu 29: Khi nói về vai trò của các hormone trong điều hòa quá trình sinh tinh và sinh trứng ở người, có bao nhiêu phát biểu sau đây đúng:

(I). Cơ chế điều hòa quá trình sinh tinh và sinh trứng đều được kiểm soát nhờ liên hệ ngược.

(II). Vùng dưới đồi tiết GnRH kích tích tuyến yên tiết ra FSH và LH.

(III). Ở quá trình sinh tinh, FSH kích thích ống sinh tinh sản xuất tinh trùng.

(IV). Ở quá trình sinh trứng, FSH kích thích nang trứng phát triển và tiết ra estrogen.

A. 1. **B.** 2. **C.** 3. **D.** 4.

Câu 30: Khi so sánh điểm khác nhau về vai trò của các hormone trong điều hòa quá trình sinh tinh và sinh trứng ở người, có bao nhiêu phát biểu sau đây đúng:

(I). Ở quá trình sinh tinh, LH kích thích tế bào kẽ tiết ra hormone testosterone.

(II). Ở quá trình sinh trứng, LH làm nang trứng chín và trứng rụng.

(III). Ở quá trình sinh tinh, FSH kích thích ống sinh tinh sản xuất tinh trùng.
(IV). Ở quá trình sinh trứng, FSH kích thích nang trứng phát triển và tiết ra progesterone.

A. 1. **B.** 2. **C.** 3. **D.** 4.

Câu 31: Để điều khiển quá trình sinh sản ở động vật nhằm mục đích mang lại những giá trị phục vụ nhu cầu con người, người ta đã đưa ra nhiều biện pháp. Có bao nhiêu nhận định đúng liên quan những biện pháp nhằm điều khiển quá trình sinh sản của động vật mang lại lợi ích cho con người:

(I). Thụ tinh nhân tạo để tạo điều kiện cho quá trình thụ tinh hiệu quả.
(II). Thụ tinh nhân tạo bên ngoài cơ thể ở một số loài cá như cá mè, cá trắm cỏ, ...
(III). Sử dụng các kĩ thuật như lọc, li tâm, điện di để tách tinh trùng thành hai loại từ đó tuỳ theo mục đích và nhu cầu cần con đực hay con cái để chọn ra loại tinh trùng cho thụ tinh với trứng.
(IV). Chiếu tia tử ngoại lên tằm sẽ tạo ra nhiều tằm đực hơn, giúp nâng cao hiệu quả kinh tế do tằm đực cho nhiều tơ hơn so với tằm cái.

A. 1. **B.** 2. **C.** 3. **D.** 4.

Câu 32: Dựa trên hình và kiến thức về đặc điểm các giai đoạn của quá trình sinh sản ở người, có bao nhiêu phát biểu sau đây đúng?

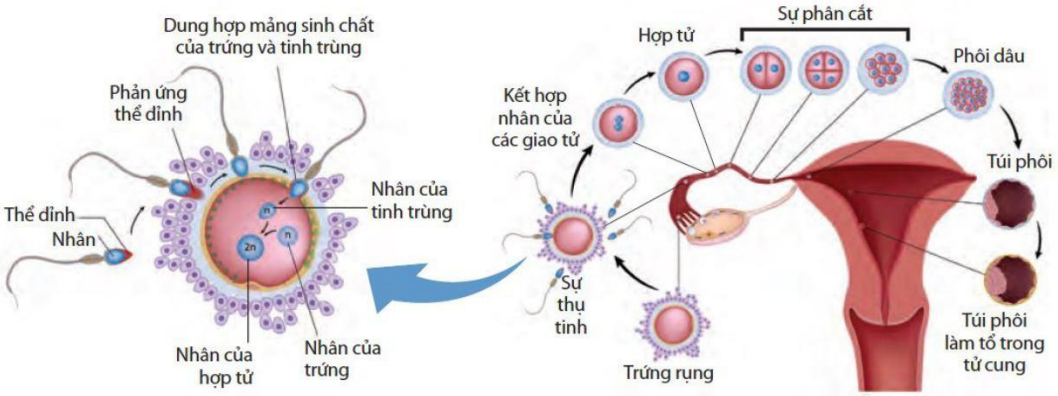

Sự thụ tinh, phát triển phôi và làm tổ ở tử cung

(I). Quá trình thụ tinh có rất nhiều tinh trùng tiếp cận trứng.
(II). Có nhiều tinh trùng khỏe mạnh cùng thụ tinh cho một trứng.
(III). Tinh trùng tiết enzyme khoan thủng vỏ trứng và tinh trùng chui vào bên trong, nhân của tinh trùng hợp nhất với nhân của trứng tạo thành hợp tử.
(IV). Sau khi phôi hình thành sẽ tạo thành hợp tử từ đó tạo thành cơ thể hoàn chỉnh.

A. 1. **B.** 2. **C.** 3. **D.** 4.

Câu 33: Dựa trên hình và kiến thức về đặc điểm quá trình hình thành tinh trùng ở người, có bao

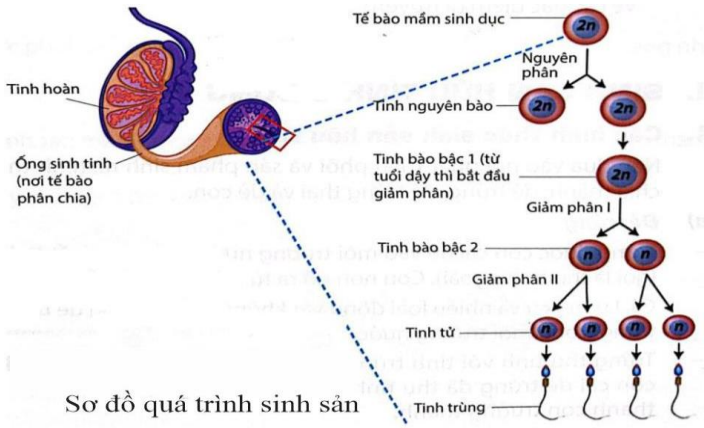

Sơ đồ quá trình sinh sản

nhiêu phát biểu sau đây đúng?

(I). Tinh trùng hình thành trong ống sinh tinh của hai tinh hoàn.

(II). Từ tinh nguyên bào (2n), trải qua quá trình nguyên phân và giảm phân tạo nên tinh trùng (n).

(III). Từ 1 tinh bào bậc 1 (2n) trải qua quá trình nguyên phân và giảm phân (giảm phân I, II) tạo nên 4 tinh trùng (n).

(IV). Từ 1 tinh bào bậc 2 (2n) trải qua quá trình giảm phân tạo nên 4 tinh trùng (n).

A. 1. **B.** 2. **C.** 3. **D.** 4.

Câu 34: Dựa trên hình và đặc điểm quá trình hình thành trứng và thụ tinh ở người. Có bao nhiêu phát biểu sau đây đúng?

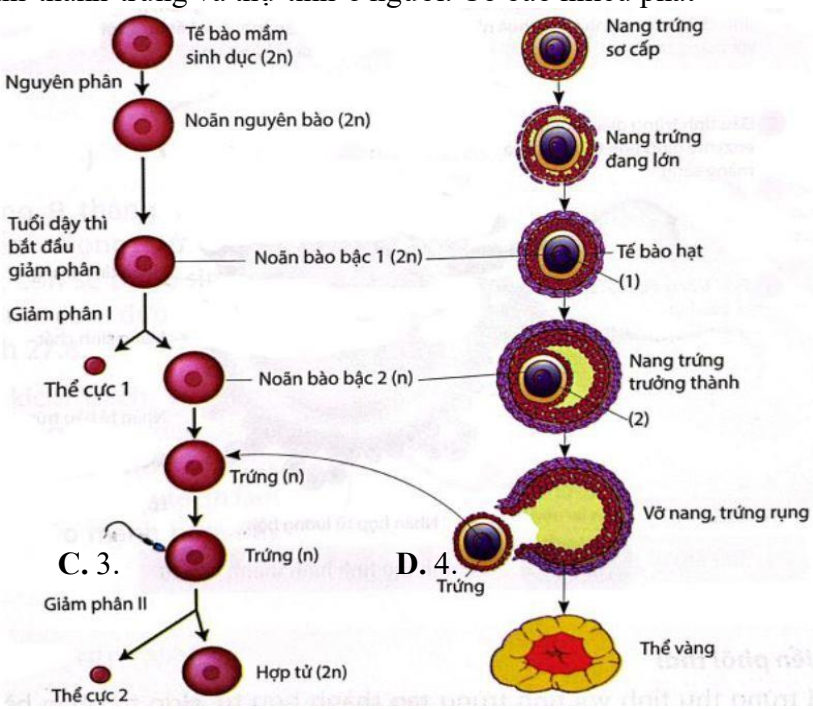

(I). Quá trình giảm phân bắt đầu từ tế bào mầm sinh dục giảm phân tạo ra noãn nguyên bào.

(II). Noãn bào bậc 1 (2n) bắt đầu giảm phân I khi trẻ em gái bắt đầu dậy thì.

(III). Ở giai đoạn dậy thì khi chưa có mặt tinh trùng thì noãn bào bậc 1 sẽ giảm phân I, II tạo trứng để chờ sẵn tinh trùng.

(IV). Ở giai đoạn dậy thì thì noãn bào bậc 1 mới tiến hành giảm phân I và dừng lại ở kỳ giữa của giảm phân II.

A. 1. **B.** 2. **C.** 3. **D.** 4.

Câu 35: Người ta thường dùng những nhân tố nào sau đây là căn cứ để điều khiển sinh sản ở động vật:

(1). Nhu cầu sản xuất.

(2). Các giống gốc hoang dại.

(3). Chiều hướng chọn lọc tự nhiên.

(4). Các loại hormone điều hòa sinh sản.

(5). Các kỹ thuật hiện đại.

(6). Các điều kiện ngoại cảnh tác động lên sinh sản của động vật.

A. (1), (2), (3), (4), (5) và (6).

B. (2), (3), (4), (5) và (6).

C. (2), (4), (5) và (6).

D. (1), (4), (5) và (6).

Câu 36: Khi nói về ưu điểm của mang thai đẻ con ở thú so với đẻ trứng ở các loài động vật khác, có bao nhiêu phát biểu sau đây đúng:

(I). Nguồn cung cấp chất dinh dưỡng cho thai nhi lớn.

(II). Thai nhi được bảo vệ tốt.

(III). Tỉ lệ sống cao.

(IV). Động vật mang thai nên thuận lợi trong khi di chuyển.

A. 1. **B.** 2. **C.** 3. **D.** 4.

Câu 37: Khi nói về các biện pháp làm thay đổi số con ở động vật, có bao nhiêu phát biểu đúng:

(I). Sử dụng hormone hoặc chất kích thích tổng hợp.

(II). Thay đổi các yếu tố môi trường.

(III). Nuôi cấy phôi.

(IV). Thụ tinh nhân tạo.

A. 1. **B.** 2. **C.** 3. **D.** 4.

Câu 38: Khi nói về các biện pháp điều khiển giới tính ở động vật, có bao nhiêu phát biểu đúng:

(I). Sử dụng hormone.
(II). Tách tinh trùng bằng kĩ thuật lọc, li tâm.
(II). Chiếu tia tử ngoại.
(IV). Thụ tinh nhân tạo.

A. 1. **B.** 2. **C.** 3. **D.** 4.

Câu 39: Trong các biện pháp tránh thai sau, có bao nhiêu biện pháp vừa giúp tránh mang thai vừa giúp tránh được các bệnh lây truyền qua quan hệ tình dục:

(I). Sử dụng bao cao su.
(II). Sử dụng thuốc tránh thai.
(II). Thắt ống dẫn tinh.
(IV). Sử dụng dụng cụ tử cung.

A. 1. **B.** 2. **C.** 3. **D.** 4.

PHẦN II: CÂU HỎI TRẮC NGHIỆM ĐÚNG SAI

Câu 1: Sinh sản vô tính ở động vật là sự sinh sản mà các cơ thể con sinh ra từ một phần của cơ thể mẹ, dựa trên nguyên lí nguyên phân, cơ thể con giống nhau và giống mẹ. Gồm có các hình thức sau: phân đôi, nảy chồi, phân mảnh, trinh sinh. Mỗi nhận định sau đây Đúng hay Sai về sinh sản vô tính ở động vật?

a) Sinh sản vô tính bằng hình thức phân đôi tạo thành hai cơ thể con có kích thước bằng nhau.
b) Nảy chồi là hình thức sinh sản mà chồi mọc ra từ cơ thể mẹ.
c) Phân mảnh là hình thức sinh sản mà cơ thể mẹ bị phân thành hai hoặc nhiều mảnh, mỗi mảnh hình thành cơ thể mới.
d) Ong chúa có bộ nhiễm sắc thể đơn bội.

Câu 2: Điều hoà sinh sản hữu tính ở động vật chủ yếu biểu hiện ở điều hòa quá trình sinh tinh và sinh trứng, trong đó hệ nội tiết đóng vai trò chính. Mỗi nhận định sau đây Đúng hay Sai về tác dụng của các hormone trong điều hòa quá trình sinh tinh và sinh trứng ở động vật?

a) Hormone estrogen có tác dụng giúp duy trì thai nghén và sự phát triển của thai nhi.
b) Trong quá trình sinh tinh, FSH kích thích ống sinh tinh sản xuất tinh trùng.
c) Trong quá trình sinh trứng LH làm nang trứng chín và trứng rụng.
d) Hormone GnRH (do vùng dưới đồi tiết ra) chỉ kích thích tuyên yên tiết FSH.

Câu 3: Để điều khiển quá trình sinh sản ở động vật nhằm mục đích mang lại những giá trị phục vụ nhu cầu con người và con người đã đưa ra nhiều biện pháp. Mỗi nhận định sau đây Đúng hay Sai về những biện pháp nhằm điều khiển quá trình sinh sản của động vật mang lại lợi ích cho con người?

a) Thực hiện thụ tinh nhân tạo bên ngoài cơ thể số loài cá như cá mè, cá trắm cỏ
b) Sử dụng các kĩ thuật như lọc, li tâm, điện di để tách tinh trùng thành hai loại từ đó tuỳ theo mục đích và nhu cầu cần con đực hay con cái để chọn ra loại tinh trùng cho thụ tinh với trứng.
c) Chiếu tia tử ngoại lên tằm sẽ tạo ra nhiều tằm đực hơn, giúp nâng cao hiệu quả kinh tế do tằm đực cho nhiều tơ hơn so với tằm cái.
d) Tiêm hormone sinh dục cho động vật đang mang thai.

PHẦN III: CÂU HỎI TRẮC NGHIỆM TRẢ LỜI NGẮN

Câu 1: Cho các yếu tố sau đây:

1. Nhu cầu sản xuất.
2. Các giống gốc hoang dại.
3. Chiều hướng của chọn lọc tự nhiên.
4. Các loại hormone điều hòa sinh sản.
5. Các kỹ thuật hiện đại như lọc, ly tâm, điện di.
6. Các điều kiện ngoại cảnh tác động lên sinh sản của động vật.

Người ta thường dùng những yếu tố nào làm căn cứ điều khiển sinh sản ở động vật? Viết theo số thứ tự phù hợp tăng dần.

Đáp án: 1, 4, 5, 6.

Câu 2: Trong các biện pháp sau đây:

1. Sử dụng hormone hoặc chất kích thích tổng hợp.
2. Thay đổi các yếu tố môi trường.
3. Nuôi cấy phôi.
4. Thụ tinh nhân tạo.

Có bao nhiêu biện pháp được sử dụng để làm thay đổi số con.

Đáp án: 4.

Câu 3: Khi thảo luận về nội dung sinh sản có kế hoạch ở người, bạn A cho rằng nước ta không cần áp dụng biện pháp sinh sản có kế hoạch mà nên sinh càng nhiều càng tốt để gia tăng lực lượng lao động, có lợi cho việc phát triển kinh tế đất nước. Bạn có đồng ý với ý kiến của bạn A không? Vì sao?

- Không đồng ý với ý kiến của bạn A vì nước ta có quy mô dân số lớn, phát triển nhanh, chưa tương xứng với điều kiện kinh tế và xã hội của đất nước. Do đó, việc gia tăng dân số quá đông sẽ ảnh hưởng đến mọi mặt của đời sống xã hội. Mặt khác, việc sinh sản có kế hoạch góp phần nâng cao chất lượng cuộc sống của mỗi cá nhân, gia đình và xã hội. Đặc biệt là nâng cao sức khoẻ cho bà mẹ và trẻ em.

♥♥ CHÚC CÁC EM HỌC TỐT MÔN SINH HỌC VÀ ĐẠT KẾT QUẢ CAO NHẤT! ♥♥